MOCK TEST - 06

ઉમેદવારનો બેઠક નંબર

કુલ પ્રશ્નો	: 150	Total Que. : 150
કુલ ગુણ	: 150	Total Marks : 150
સમય	: 120 મિનિટ	Time : 120 Minutes

તમને સૂચના આપવામાં ન આવે ત્યાં સુધી પ્રશ્નપુસ્તિકા ખોલવી નહી.

(01) આ પ્રશ્નપત્રમાં કુલ 200 પ્રશ્નો છે. પ્રત્યેક પ્રશ્નનો ઉત્તર A, B, C અને D પૈકી કોઈ એક છે. ઉમેદવાર જો જવાબ ન આપવા માંગતા હોય તો તેના માટે OMR ઉત્તરપત્રમાં વિકલ્પ E આપેલ છે. બધા જ પ્રશ્નોના ઉત્તર આપવા ફરજીયાત છે. આ સાથે અલગ આપેલ OMR ઉત્તરપત્રમાં જ ઉત્તર આપવાના છે.

ઉદાહરણ તરીકે :

ભારતના રાષ્ટ્રપિતા તરીકે કોણ ઓળખાય છે?

A) સરદાર પટેલ B) સુભાષચંદ્ર બોઝ

C) મહાત્મા ગાંધી D) વિનોબા ભાવે

ઉત્તરપત્ર (OMR SHEET) માં.

Ⓐ Ⓑ ● Ⓓ Ⓔ

ઉપર્યુકત ઉદાહરણનો જવાબ "C" છે. આથી "C" નું વર્તુળ ઘાટું (encode) કરેલ છે. સાચી અને ખોટી પદ્ધતિથી વર્તુળ ઘાટુ કરવા બાબતની સૂચના OMR ની પાછળ આપેલ છે જેની નોંધ લેવી.

(02) **1 થી 200 પ્રશ્નો પુરેપૂરા છપાયેલા છે કે કેમ તેની પ્રથમ ખાતરી કરી લો. જો પ્રશ્નો પૂરા છપાયા ન હોય અથવા કોઈ પૃષ્ઠ ફાટેલું હોય કે કોઈ પૃષ્ઠ સામેલ ન હોય અથવા તો અન્ય કોઈ ક્ષતિ જણાય તો તરત જ નિરીક્ષક પાસેથી પ્રશ્નપુસ્તિકા અચૂક બદલાવી લેવી.**
ઉમેદવારને OMR ઉત્તરપત્ર મળ્યા બાદ જો તેઓ દ્વારા તેનો નાશ કરવામાં આવશે કે ગુમ કરવામાં આવશે તો તે ઉમેદવારને ગેરલાયક ઠરાવવામાં આવશે.

(03) પરીક્ષા શરૂ થયેથી ઉમેદવાર અધવચ્ચેથી પરીક્ષા ખંડ છોડી શકશે નહી. પરીક્ષા પૂર્ણ થયા બાદ ઉમેદવાર પોતાનું પ્રશ્નપત્ર લઈ જઈ શકશે.

(04) ઉમેદવારે પોતાના બેઠક ક્રમાંકની પ્રશ્નપુસ્તિકા અને OMR ઉત્તરપત્ર મળેલ છે તેની ખાતરી કરી લેવી અન્યથા ખંડ નિરીક્ષકનું તરત જ ધ્યાન દોરવું. ઉમેદવારને OMR ઉત્તરપત્ર મળે કે તરત જ તેમાં નિયત કરેલ જગ્યાએ પોતાનો બેઠક ક્રમાંક સ્વચ્છ અક્ષરે લખવાનો રહેશે તેમજ બેઠક ક્રમાંક નીચે આપેલ વર્તુળ પણ ઘાટુ (encode) કરવાનું રહેશે. મળેલ પ્રશ્નપુસ્તિકાનો કોડ નિયત જગ્યાએ લખીને તેની સાથે આપેલ વર્તુળ પણ ઘાટુ (encode) કરવાનું રહેશે. લખેલી વિગતો અને ઘાટુ (encode) કરેલ વર્તુળની વિગતો યોગ્ય રીતે ભરાયેલ છે તેની ખાતરી કરી લેવી.

(05) દરેક પ્રશ્નના સાચા જવાબ શોધવા માટે પ્રશ્નની નીચે ચાર વિકલ્પ આપવામાં આવેલ છે. જે પૈકી ઉમેદવારે ખરા જવાબ ને પસંદ કરવાનો રહેશે. સાચા જવાબ દીઠ એક ગુણ આપવામાં આવશે અને કોઈ પ્રશ્ન રદ થવાના સંજોગોમાં તે પ્રશ્નના ગુણની પ્રો-રેટા મુજબ અન્ય પ્રશ્નો વચ્ચે વહેંચણી કરી તે મુજબ ગુણ આપવામાં આવશે. પ્રત્યેક ખોટા જવાબ દીઠ, ખાલી છોડેલ જવાબ દીઠ તથા છેકછાક કરેલ હોય તેવા જવાબ દીઠ, OMR ની પાછળ જણાવ્યા પ્રમાણેની ખોટી પદ્ધતિથી કે એક કરતાં વધુ વિકલ્પ દર્શાવેલ જવાબ દીઠ પ્રશ્નને ફાળવેલ ગુણના 1/4 ગુણની કપાત કરવામાં આવશે. જો ઉમેદવાર જવાબ આપવા માંગતા ન હોય અને વિકલ્પ (E) ઘાટું (Encode) કરશે તો 1/4 ગુણ કાપવામાં આવશે નહિં.

(06) પ્રશ્નપત્ર તથા OMR ઉત્તરપત્રમાં નિશ્ચિત જગ્યા સિવાય ઉમેદવારે પોતાનો બેઠક ક્રમાંક લખવો નહીં તથા પોતાની ઓળખ છતી થાય તેવી નામ કે અન્ય કોઈ પણ પ્રકારની નિશાની દર્શાવવાની સખત મનાઈ છે. તેમ છતાં પણ કોઈ પણ નિશાની કે ઓળખ ક્યાંનું માલૂમ પડશે તો તેને સંપૂર્ણ ગેરશિસ્ત ગણવામાં આવશે અને પરીક્ષા માટે ગેરલાયક ગણવામાં આવશે.

(07) ઉત્તરપત્ર (OMR SHEET) માં ઉમેદવાર તથા નિરીક્ષક બંનેની સહી ફરજિયાત છે. બંનેની સહી વિનાની OMR SHEET (ઉત્તરપત્ર) વાળા ઉમેદવાર ગેરલાયક ઠરશે.

(08) પરીક્ષા દરમ્યાન ઉમેદવાર પાસેથી કોઈ પણ સાહિત્ય, માર્ગદર્શિકા, કાપલી, અન્ય હસ્તલિખિત કે પ્રિન્ટેડ સાહિત્ય, મોબાઈલ ફોન, પેજર, કેલકયુલેટર, બ્લુટુથ, સ્માર્ટ વોચ કે અન્ય વીજાણુ ઉપકરણો હોવાનું જણાશે તો ઉમેદવારને ગેરલાયક ગણવામાં આવશે.

(09) ચાલુ પરીક્ષા દરમ્યાન અંદરોઅંદર ગુસપુસ કરવી, અવાજ કરવો કે નિરીક્ષકની સૂચનાઓનું ઉલ્લંઘન કરવું કે અન્ય કોઈ ગેરરીતી કરવી તે ગેરશિસ્ત ગણાશે.

(10) ઉમેદવારે ભૂરી/કાળી બોલપોઈન્ટ પેનથી ઉત્તરો લખવાના છે. અન્ય શાહી કે પેન કે પેન્સિલ તથા સફેદ શાહીનો ઉપયોગ કરી શકાશે નહીં તથા સફેદ શાહી (White Ink), બ્લેડ કે રબ્બરથી કે અન્ય કોઈ પણ રીતે પ્રશ્નના જવાબમાં કરેલા સુધારા માન્ય ગણાશે નહીં.

પરીક્ષા આપનાર ઉમેદવારે ઉત્તરપત્ર (OMR SHEET) વર્ગનિરીક્ષકને પરત ક્યાં બાદ જ વર્ગખંડ છોડવાનો રહેશે. તેમ કરવામાં કસુર થયેથી શિસ્તભંગના પગલાં ગણી પરીક્ષા માટે ઉમેદવારને ગેરલાયક ઠેરવવામાં આવશે.

01. Which of the following sentences is correct for article?

1. Ahmedabad was an Manchester of India.

2. You should help needy.

(A) Only 1 (B) Only 2

(C) Both 1 & 2 (D) None of the above

02. _____ apples I bought are sour.

(A) A (B) An

(C) The (D) No article

03. Which of the following is the correct noun form of the adjective "Happy"?

(A) Happily (B) Happyness

(C) Happiness (D) Happier

04. This is my passport. Where is _____ ?

(A) my (B) your

(C) yours (D) our

05. _____ is a word that modifies a verb, adjective, another adverb, determiner, clause, preposition or sentances.

(A) A verb (B) An adjective

(C) An adverb (D) A pronoun

06. Children's literature and storytelling festival will take place _____ Delhi's Royal Opera House _____ May month of this year.

(A) in, in (B) in, on

(C) at, on (D) at, in

07. Priyen lives ____ Gota ____ Ahmedabad.

(A) in, in (B) in, at

(C) at, in (D) on, in

08. Can anyone help me _____ ?

(A) little (B) a little

(C) the little (D) None

09. Traffic _____ by the school-boys now.

(A) is being controlled (B) is controlled

(C) is controlling (D) controlled

10. Use the correct verb: A mango was _____ by Manju.

(A) eat (B) ate

(C) eats (D) eaten

11. Change this sentence into correct Reported Speech:

He said to him. "Is not your name Ram ?"

(A) He asked him if his name was Ram.

(B) He inquired whether his name was not Ram.

(C) He said to him if his name was not Ram.

(D) He narrated him if name was not Ram.

12. Give one word for below substitution :

"Specialist in skin disease : _____ ."

(A) Cardiologist (B) Ophthalmologist

(C) Dermatologist (D) Obstetrician

13. Give the antonyms of "Compare x _____."

(A) Match (B) Relate

(C) Analyze (D) Contrast

14. As the situation got out of control, the speaker of the parliament tried to <u>put oil over troubled waters.</u>

(A) The speaker tried to calm the situation

(B) The speaker tried to take advantage of the situation

(C) The speaker jumped into the fight

(D) The speaker remained indifferent to the situation

15. Choose the correct synonyms word of "Brave" :

1. Fearless 2. Bold 3. Valiant 4. Clamor

(A) Only 1 (B) Only 1 & 2

(C) Only 1,2 &3 (D) All of the above

16. Translate the following sentence in English.

તમારે તમારૂં વચન પાળવું જોઈએ.

(A) You must keep your promise.

(B) You keep your promises.

(C) You must take your promise.

(D) None of the above

17. સાચી જોડણી શોધો.

(A) ગૂસપુસ

(B) ગુસપુસ

(C) ગુસપૂસ

(D) ગૂસપૂસ

18. કહેવત નો અર્થ જણાવો: ઘેટી ચરવા ગઈને ઊન મૂકીને આવી

(A) થોડોક ફાયદો મેળવવાં જતાં મોટી હાનિ વેઠવી

(B) ઘેટીને બહાર ચરવા ના મોકલાય

(C) ઊન ખૂબજ મૂલ્યવાન હોય છે

(D) સામે ચાલીને આવતો ફાયદો

19. કહેવત નો અર્થ જણાવો: બાર ભૈયાને તેર ચોકા

(A) જૂથ નાનું હોય પણ મતભેદ ઘણાં હોય

(B) સુમેળના અભાવે કામ સિદ્ધ ન થાય

(C) શકિતશાળી હોય તેને વધુ લાભ મળે

(D) મર્યાદિત સાધનોથી સુંદર કામ થવું

20. શબ્દસમૂહ માટે એક શબ્દનો સાચો વિકલ્પ પસંદ કરો : પથ્થર ગોઠવીને કરેલો કામચલાઉ ચૂલો -

(A) મંગાળો

(B) મંગલ

(C) સગડી

(D) મંદાક્ષ

21. નીચે આપેલ શબ્દનો સાચો વિરોધી શબ્દ જણાવો: સામુદાયિક

(A) સમષ્ટિ

(B) સામાજિક

(C) વૈયક્તિક

(D) એકલવાયું

22. નીચે આપેલા શબ્દનો સાચો સમાનાર્થી શબ્દ જણાવો: કશિશ

(A) ઉપહાર

(B) પ્રયાસ

(C) નસીબ

(D) સંમોહન

23. રૂઢિપ્રયોગનો અર્થ આપો: સંઘ કાશીએ પહોંચવો:

(A) કામ પાર પાડવું
(B) યાત્રાએ જવું
(C) સંપ ન હોવો
(D) બનારસમાં વાસ કરવો

24. સંધિ છોડો: યુધિષ્ઠિર

(A) યુદ્ધ + સ્થિર
(B) યુધ + અસ્થિર
(C) યુધિ + ષ્ઠિર
(D) યુધિ + સ્થિર

25. સંધિ જોડો : પ્રતિ + ઈતિ

(A) પ્રતિતિ
(B) પ્રાતીતિ
(C) પ્રતીતી
(D) પ્રતીતિ

26. જગદીશે પતંગ ઊંચી કરી - કર્મણી વાક્ય શોધો.

(A) જગદીશ પાસે પતંગ ઊંચી કરાવી
(B) જગદીશ પતંગ ઊંચી કરી
(C) જગદીશથી પતંગ ઊંચી કરાઇ
(D) જગદીશ પતંગ ઊંચી કરે છે

27. નીચેનામાંથી સમાસનું કયું જોડકું સાચું છે ?

(A) સરસિજ – બહુવ્રીહિ
(B) નીલકંઠ - અવ્યયીભાવ
(C) જીતુમામા – કર્મધારય
(D) રેલગાડી– તત્પુરુષ

28. નીચેનામાંથી કયું વાક્ય ભાષા શુદ્ધિ મુજબ સાચુ છે.

(A) મારે તેજ બુક જોઈએ છે.
(B) આ પંખો ત્યાંજ મૂકવાનો છે.
(C) હું આજ ગીત ગાતો હતો.
(D) મારે તે જ બુક જોઈએ છે.

29. છંદ ઓળખાવો : "મધુર સમય તેવે ખેતરે શેલડીના."

(A) શિખરિણી
(B) મંદાક્રાંતા
(C) માલિની
(D) વસંતતીલકા

30. ફૂલો પર વરસાદની જેમ ચાંદની વરસી રહી છે, છોડવાઓ ઋતુઓની રાહ જોતા રહે છે. અહીં કયા કયા અલંકારોનો ઉપયોગ કરાયો છે.

(A) રૂપક અલંકાર
(B) ઉત્પ્રેક્ષા અને ઉપમા અલંકાર
(C) ઉપમા અને સજીવારોપણ અલંકાર
(D) ઉપરોક્ત કોઈ નહીં

31. દક્ષિણનું કાશી તરીકે ગુજરાતનું કયું શહેર જાણીતું છે?

(A) ઉદવાડા
(B) નવસારી
(C) સાણંદ
(D) ચાંદોદ

32. શક સંવત ની શરૂઆત ક્યારે થઈ?

(A) ઈ.સ. 56
(B) ઈ.સ. પૂર્વે 56
(C) ઈ.સ. 78
(D) ઈ.સ. પૂર્વે 78

33. મહાત્મા ગાંધીજી ક્યાં દિવસે નિર્વાણ પામ્યા હતા, જે દિવસને શહીદ દિવસ તરીકે મનાવવામાં આવે છે?

(A) 30 જાન્યુઆરી, 1947
(B) 30 એપ્રિલ, 1948
(C) 30 જાન્યુઆરી, 1948
(D) 30 ઓક્ટોબર, 1947

34. નીચેના પૈકી કઈ પર્વતમાળા વિશ્વની પ્રાચીન પર્વતમાળા પૈકીની એક છે?

(A) વિંધ્યાચલ પર્વતમાળા
(B) અરવલ્લી પર્વતમાળા
(C) સહ્યાદ્રિ પર્વતમાળા
(D) સાતપુડા પર્વતમાળા

35. 16મી સિંહ વસ્તી ગણતરી દરમિયાન કયા ભારતીય રાજ્યમાં 11 જિલ્લાઓમાં 891 એશિયાઈ સિંહ નોંધાયા હતા?

(A) ગુજરાત
(B) રાજસ્થાન
(C) મધ્યપ્રદેશ
(D) મહારાષ્ટ્ર

36. હેણોતરો એ શું છે?

(A) પક્ષી
(B) જળચર
(C) પ્રાણી
(D) ફુલ (વનસ્પતિ)

37. વાઘેલા રાવ વીરસિંહની રાણી રૂડાબાઈએ પોતાના પતિની યાદમાં "અડાલજની વાવ" બંધાવી હતી. આ વાવ "રૂડાબાઈની વાવ" તરીકે પણ ઓળખાય છે તે કયા જિલ્લામાં આવેલ છે?

(A) પાટણ
(B) મહેસાણા
(C) ગાંધીનગર
(D) અમદાવાદ

38. આખ્યાનના પિતા તરીકે કોને ઓળખવામાં આવે છે?

(A) માણભટ્ટ
(B) પ્રેમાનંદ
(C) નરસિંહ મહેતા
(D) ભાલણ

39. "મૂછાળી મા" તરીકે ઓળખાતા 'ગીજુભાઈ બધેકા'નું આખું નામ શું હતું?

(A) ગિજુભાઈ ભગાભાઈ બધેકા
(B) ગિજુભાઈ ભગવાનજી બધેકા
(C) ગિજુભાઈ ભોળાભાઈ બધેકા
(D) ગિજુભાઈ માણેકલાલ બધેકા

40. ભારતનું સૌથી મોટું ખારા પાણીનું સરોવર કયું છે?

(A) વુલર
(B) સાંભર
(C) ચિલ્કા
(D) સરદાર

41. રાષ્ટ્રીય વિજ્ઞાન દિવસ ક્યારે ઉજવવામાં આવે છે?

(A) 28 ફેબ્રુઆરી
(B) 28 એપ્રિલ
(C) 22 ડિસેમ્બર
(D) 28 ડિસેમ્બર

42. ભારતમાં આવેલી યુરોપિયન પ્રજાએ પોતાની પહેલી કોઠી સ્થાપી તેનો યોગ્ય ક્રમ પસંદ કરો :

(A) પોર્ટુગીઝ - ડચ - ડેનિસ - અંગ્રેજ - ફ્રેન્ચ
(B) પોર્ટુગીઝ - અંગ્રેજ - ડેનિસ - ડચ - ફ્રેન્ચ
(C) પોર્ટુગીઝ - ડચ - અંગ્રેજ - ડેનિસ - ફ્રેન્ચ
(D) પોર્ટુગીઝ - ડચ - ડેનિસ - ફ્રેન્ચ - અંગ્રેજ

43. ગુજરાત રાજ્ય કુલ કેટલા રાજ્ય અને કેન્દ્રશાસિત પ્રદેશની સરહદને સ્પર્શે છે?

(A) 3
B) 4
(C) 5
(D) 6

44. 2025માં પાકિસ્તાન સાથેની પશ્ચિમી સરહદ પર ભારત દ્વારા આયોજિત વાર્ષિક ત્રિ-સેવા (ભારતીય સેના, ભારતીય વાયુ સેના અને ભારતીય નૌકાદળ) લડાઈ કવાયતનું નામ જણાવો ?

(A) ત્રિશુલ કવાયત
(B) વિજય કવાયત
(C) ગુજ-રાજ કવાયત
(D) ચક્ર કવાયત

45. એમેઝોન જંગલ કયા ખંડમાં આવેલું છે ?

(A) ઉત્તર અમેરિકા
(B) દક્ષિણ અમેરિકા
(C) યુરોપ
(D) દક્ષિણ આફ્રિકા

46. ICC મહિલા ક્રિકેટ વર્લ્ડ કપ 2025માં કઈ ટીમ વિજેતા બની છે ?

(A) દક્ષિણ આફ્રિકા
(B) ઓસ્ટ્રેલિયા
(C) ઈંગ્લેન્ડ
(D) ભારત

47. ICC મહિલા ક્રિકેટ વર્લ્ડ કપ 2025માં 'પ્લેયર ઓફ ધ સિરીઝ' કોણ બન્યું હતું?

(A) સુશ્રી લૌરા વોલ્વાર્ડ
(B) સુશ્રી દિપ્તી શર્મા
(C) સુશ્રી એલિસા હેલી
(D) સુશ્રી શૈફાલી વર્મા

48. તાજેતરમાં ગુજરાતના મુખ્ય સચિવ તરીકે કોની નિમણૂક કરવામાં આવી છે ?

(A) શ્રી અરૂણ કુમાર સોલંકી
(B) શ્રી મનોજ કુમાર દાસ
(C) ડો. જયંતિ રવિ
(D) ડો. અંજ શર્મા

49. મધ્યપ્રદેશમાં કુનો રાષ્ટ્રીય ઉધાન અને ગાંધી સાગર અભયારણ્ય પછી કયા અભયારણ્યને ભારતના ત્રીજા ચિત્તા અભયારણ્ય તરીકે વિકસાવવામાં આવી રહ્યું છે.

(A) નૌરાદેહી વન્યજીવન અભયારણ્ય
(B) ઈન્દ્રાવતી વન્યજીવન અભયારણ્ય
(C) માધવ વન્યજીવન અભયારણ્ય
(D) પેંચ વન્યજીવન અભયારણ્ય

50. ભારતની બંધારણ સભા દ્વારા કઈ તારીખે 'વંદે માતરમ'નો રાષ્ટ્રીય ગીત તરીકે સ્વીકાર કરવામાં આવ્યો હતો?

(A) 13 નવેમ્બર, 1947
(B) 24 નવેમ્બર, 1947
(C) 24 ડિસેમ્બર, 1950
(D) 24 જાન્યુઆરી, 1950

51. ભારતમાં 'રાષ્ટ્રીય શિક્ષણ દિન' તરીકે કયો દિવસ ઉજવાય છે ?

(A) 8 નવેમ્બર
(B) 9 નવેમ્બર
(C) 10 નવેમ્બર
(D) 11 નવેમ્બર

52. વર્ષ 2025માં ભારત અને કયા દેશે 'માલાબાર અભ્યાસ'માં ભાગ લીધો હતો ?

(A) ઓસ્ટ્રેલિયા
(B) જાપાન
(C) અમેરિકા
(D) ઉપરોક્ત ત્રણેય

53. વર્ષ 2025માં કયા સ્થળે 15 નવેમ્બરના રોજ 'જનજાતિય ગૌરવ દિવસ'ની રાષ્ટ્રીય કક્ષાની ગૌરવભરી ઉજવણી કરવામાં આવી હતી?

(A) ડેડિયાપાડા, નર્મદા
(B) મહાત્મા મંદિર, ગાંધીનગર
(C) આહવા, ડાંગ
(D) લુણાવાડા, મહિસાગર

54. શ્રીમતી ઈન્દિરા ગાંધીનું સમાધી સ્થળ કયા નામે ઓળખાય છે ?

(A) શક્તિઘાટ
(B) વિજયઘાટ
(C) રાજઘાટ
(D) સ્મૃતિસ્થળ

55. તાજેતરમાં COP30 દરમિયાન 'કલાઈમેટ ચેન્જ પર્ફોર્મન્સ ઈન્ડેક્સ (CCPI) 2026' બહાર પાડવામાં આવ્યો હતો. જેમાં ભારત કયા ક્રમે છે ?

(A) 13મો
(B) 23મો
(C) 33મો
(D) 38મો

56. વર્ષ 2025માં શ્રી નીતિશ કુમારે કેટલામી વખત બિહારના મુખ્યમંત્રી તરીકે શપથ લીધા હતા?

(A) દસમી
(B) બારમી
(C) સાતમી
(D) આઠમી

57. "મિસ યુનિવર્સ 2025" વિજેતા યુવતીનું નામ શું છે?

(A) સુશ્રી મણિકા વિશ્વકર્મા
(B) સુશ્રી મારિયા ફર્નાન્ડીઝ
(C) સુશ્રી મોરાયા વિલ્સન
(D) સુશ્રી ફાતિમા બોશ

58. તાજેતરમાં કયા દેશમાં 20મી G20 સમિટ 2025 યોજાઈ હતી?

(A) અમેરિકા
(B) બ્રાઝિલ
(C) જર્મની
(D) દક્ષિણ આફ્રિકા

59. તાજેતરમાં ' સંગાઈ ઉત્સવ' કયા રાજ્યમાં ઉજવવામાં આવે છે.

(A) મણિપુર
(B) નાગાલેન્ડ
(C) આસામ
(D) ત્રિપુરા

60. તાજેતરમાં જસ્ટિસ સૂર્યકાંત ભારતની સુપ્રીમ કોર્ટના કેટલામાં મુખ્ય ન્યાયાધીશ બન્યા છે ?

(A) 49માં
(B) 50માં
(C) 52માં
(D) 53માં

61. 1936 માંથી કઈ નાનામાં નાની સંખ્યા બાદ કરવી જોઈએ જેથી પરિણામી સંખ્યાને 9, 10 અને 15 વડે ભાગવામાં આવે તો દરેક કિસ્સામાં 7 શેષ વધે?

(A) 13
(B) 36
(C) 39
(D) 30

62.

$$\sqrt{10+\sqrt{27+\sqrt{65+\sqrt{256}}}}$$

(A) 8
(B) 7
(C) 6
(D) 4

63. નીચેનામાંથી કઈ સૌથી મોટી સંખ્યા છે?

$2222^2, 222^{22}, 22^{222}, 2^{2222}$

(A) 2^{2222} (B) 22^{222}

(C) 222^{22} (D) 2222^2

64. આપેલ સમીકરણ ઉકેલો :

$$\frac{0.72 \times 0.72 \times 0.72 - 0.39 \times 0.39 \times 0.39}{0.72 \times 0.72 + 0.72 \times 0.39 + 0.39 \times 0.39}$$

(A) 0.39 (B) 0.36

(C) 0.33 (D) 0.45

65. A ચોક્કસ કામ 15 દિવસમાં કરી શકે છે, જ્યારે A અને B સાથે મળીને એ જ કામ 7.5 દિવસમાં કરી શકે છે. એક જ કામ કરવા માટે B એકલા કેટલા દિવસો લેશે?

(A) 15 દિવસ (B) 12.5 દિવસ

(C) 17.5 દિવસ (D) 20 દિવસ

66. A અને C 12 દિવસમાં કામ કરી શકે છે જ્યારે A, B અને C 4 દિવસમાં કામ કરી શકે છે. B કેટલા દિવસમાં એકલા કામ પૂરું કરી શકે છે?

(A) 4.67 દિવસ (B) 6 દિવસ

(C) 5.25 દિવસ (D) 5.67 દિવસ

67. A ચોક્કસ કામ 30 દિવસમાં પૂર્ણ કરી શકે છે. A એ કામ શરૂ કર્યું અને B 4 દિવસ પછી તેની સાથે જોડાયો તો કુલ કામ કુલ 20 દિવસમાં પૂરું થાય છે. એકલા B કેટલા દિવસમાં કામ પૂર્ણ કરી શકે છે?

(A) 48 (B) 42

(C) 50 (D) 45

68. A, B અને C રૂ. 784.માં કામ પૂર્ણ કરવા માટે કાર્યરત છે. જો A અને B મળીને કામનો 23/28 ભાગ પૂર્ણ કરે, બાકીનું કામ C કરે છે. Cને ચૂકવેલ વેતન (રૂ. માં) ની ગણતરી કરો?

(A) 280 (B) 140

(C) 70 (D) 56

69. માલિનીએ ફ્રેશ પીસની કિંમતના 60% પર રિન્યૂ લેપટોપ ખરીધું. તેણે શાલિનીને 10% નુકસાનમાં વેચી દીધું. જો શાલિનીએ લેપટોપ ખરીધું તે કિંમત રૂ. 13500 હોય, તો લેપટોપના ફ્રેશ પીસની કિંમત શું છે?

(A) રૂ. 25000 (B) રૂ. 30000

(C) રૂ. 20000 (D) રૂ. 24000

70. મોહને રૂ. 36,000ની એક વસ્તુ ખરીદી હતી અને 15% ના નુકસાને વેચી. વધેલી રકમથી તેણે બીજી વસ્તુ ખરીદી અને તેને 15 ટકાના નફામાં વેચી દીધી. તેનો એકંદર ફાયદો/નુકશાન કેટલું થયું ?

(A) રૂ.800ની ખોટ
(B) રૂ. 820 નો નફો
(C) રૂ. 840ની ખોટ
(D) રૂ. 810 ની ખોટ

71. એક ટ્રેન યુનિફોર્મ ગતિએ આગળ વધી રહી છે. ટ્રેન 243 મીટર લંબાઈના પુલને 30 સેકન્ડમાં અને 343 મીટર લંબાઈના પુલને 36 સેકન્ડમાં પાર કરે છે. ટ્રેનની અંદાજે ઝડપ કેટલી છે?

(A) 60 કિમી/કલાક
(B) 72 કિમી/કલાક
(C) 64 કિમી/કલાક
(D) 65 કિમી/કલાક

72. જો $x^2 + 1/x^2 = 7$ અને $0 < C < 1$ હોય તો, $x^2 - 1/x^2$ ની કિમત શોધો:

(A) $3\sqrt{5}$
(B) $4\sqrt{3}$
(C) $-4\sqrt{3}$
(D) $-3\sqrt{5}$

73. જો $x + 1/x = 5\sqrt{2}$ હોય તો, $x^4 + 1/x^4$ ની કિમત શોધો:

(A) 2542
(B) 2650
(C) 2452
(D) 2302

74. જે બે સંખ્યાઓનો LCM 48 છે અને સંખ્યાઓનો ગુણાકાર 384 છે તેના HCF અને LCM વચ્ચેનો ગુણોત્તર શું છે?

(A) 1 : 4
(B) 1 : 6
(C) 1 : 3
(D) 2 : 5

75. જૂતાની જોડીની મૂળ કિંમત અને વેચાણ કિંમત વચ્ચેનો તફાવત રૂ. 1,200 છે. જો નફો 15% હોય તો વેચાણ કિંમત શોધો:

(A) રૂ. 8,200
(B) રૂ. 9,200
(C) રૂ. 8,000
(D) રૂ. 9,000

76. લંબચોરસ ગ્રાઉન્ડના પરિમાણો 150 m × 120 m છે. તેની લંબાઈ 0.8% વધારવામાં આવે અને પહોળાઈ 0.5% ઘટાડવામાં આવે, તો ગ્રાઉન્ડના ક્ષેત્રફળમાં કેટલા ટકા ફેરફાર થાય છે?

(A) ~0.3%
(B) ~0.4%
(C) ~1.3%
(D) ~1.6%

77. X, Y અને Z ના પગાર 8 : 5 : 12 ના ગુણોત્તરમાં છે. જો તેમના પગારમાં અનુક્રમે 10 ટકા, 20 ટકા અને 30 ટકાનો વધારો કરવામાં આવે, તો તેમના વધેલા પગારનો ગુણોત્તર કેટલો હશે?

(A) 25 : 48 : 59 (B) 11 : 25 : 36

(C) 24 : 47 : 58 (D) 22 : 15 : 39

78. એક માણસે સંખ્યાને 5/8 ને બદલે 8/5 વડે ગુણાકાર કર્યો, ગણતરીમાં ભૂલની ટકાવારી કેટલી છે?

(A) 124% (B) 162%

(C) 156% (D) 100%

79. સાદુરૂપ આપો : 325 + 276 ÷ [150 − {9 × 9 + (83 − 4 × 15)}]

(A) 332 (B) 333

(C) 334 (D) 331

80. $x^2 + y^2 = 45$ અને $x - y = 5$ હોય તો xy ની કિંમત શું હશે?

(A) 10 (B) 15

(C) 20 (D) 25

81. એક માણસ 40 કિમી/કલાકની ઝડપે દોડતી ટ્રેન દ્વારા ચોક્કસ અંતર કાપે છે અને 8 કિમી/કલાકની ઝડપે ચાલીને તે જ અંતર પાછું કાપે છે. જો આખી મુસાફરીમાં 12 કલાક લાગ્યા હોય, તો પ્રવાસની એક બાજુનું અંતર (કિમીમાં) કેટલું છે?

(A) 80 (B) 60

(C) 90 (D) 100

82. 143865 નીચે પૈકી કોના વડે વિભાજ્ય છે?

(A) 3, 4, 8 (B) 5, 2, 9

(C) 2, 3, 5 (D) 3, 5, 9

83. Y ના X% + X ના Y% = ?

(A) XY ના 0.2% (B) XY ના 2%

(C) XY ના ½% (D) એક પણ નહીં

84. એક વ્યક્તિએ રૂ. 60000 માંથી અમુક ભાગ 5% વાર્ષિક તથા બાકીનો ભાગ 4% વાર્ષિક સાદા વ્યાજના દરે ઉધાર આપ્યા. જે કુલ વાર્ષિક વ્યાજ રૂ. 2560 હોય તો, 4% ના દરે કેટલી રકમ ઉધાર આપવામાં આવી હશે?

(A) 40000 (B) 44000

(C) 30000 (D) 45000

85. કોઈ રકમનું 3 વર્ષમાં 10% લેખે ચક્રવૃદ્ધિ વ્યાજ અને સાદા વ્યાજ વચ્ચેનો તફાવત રૂ. 15.50 છે. તો તે રકમ શું હશે?

(A) 500 (B) 700

(C) 750 (D) 800

86. P, Q, R એ ક્રમશઃ 2: 4: 5 ના અનુપાતમાં રોકાણ કરી એક ધંધો શરૂ કર્યો. P દ્વારા રોકવામાં આવેલ રકમ રૂ. 10000 છે. વર્ષના અંતે પ્રાપ્ત લાભ કુલ રોકાણના 20% છે. તો કુલ લાભ કેટલો હશે?

(A) 22000 (B) 15000

(C) 55000 (D) 11000

87. એક મોટર કાર મુંબઈથી પુણે 20 km/કલાકની ઝડપે જાય છે, અને 30 km/કલાકની ઝડપે પાછી આવે છે. તો સમગ્ર યાત્રા દરમિયાન કારની સરેરાસ ઝડપ કેટલી હશે?

(A) 26 km/કલાક (B) 25 km/કલાક

(C) 24 km/કલાક (D) 23 km/કલાક

88. એક 8 મીટર લાંબો અને 6 મીટર પહોળા એક રૂમનું ક્ષેત્રફળ અને 1.6 મીટર પહોળાઈ અને X મીટર લંબાઈ ધરાવતી કાલીનનું ક્ષેત્રફળ સમાન છે, તો કાલીનની લંબાઈ કેટલી હશે?

(A) 24 મીટર (B) 36 મીટર

(C) 30 મીટર (D) 76.8 મીટર

89. એક લંબચોરસ જળાશયમાં 42000 લિટર પાણી છે. જો જળાશયની લંબાઈ 6 મીટર અને પહોળાઈ 3.5 મીટર હોય તો, જળાશયમાં પાણીની ઊંડાઈ કેટલી હશે?

(A) 2 મીટર (B) 5 મીટર

(C) 6 મીટર (D) 8 મીટર

90. એવી મોટામાં મોટી સંખ્યા કઈ છે, કે જેના વડે 147, 168, 210 અને 315 ને નિઃશેષ ભાગી શકાય?

(A) 7 (B) 21

(C) 42 (D) 35

91. નીચેની શ્રેણી પૂર્ણ કરોઃ

4, 7, 20, 79,?, 2363

(A) 234 (B) 148

(C) 394 (D) 482

92. કોઈ કોડ ભાષામાં ROSE ને TQUG લખવામાં આવે છે, તો BLUE ને શું લખવામાં આવશે?

(A) DNWG (B) DMQP

(C) DMVF (D) CDGF

93. Tનો ભાઈ K છે. K ની માં M છે. M નો ભાઈ w છે. તો W નો T સાથે શું સબંધ?

(A) મામા (B) કાકા

(C) દાદા (D) એક પણ નહીં.

94. કોઈ દીવાલ ઘડિયાળના કલાક કાંટાને ઘડિયાળમાં એક ચક્કર પૂરું કરવામાં કેટલો સમય લાગશે ?

(A) 60 મિનિટ (B) 720 મિનિટ

(C) 3600 સેકન્ડ (D) 1800 સેકન્ડ

95. સામંતને યાદ છે કે તેના ભાઈનો જન્મ દિવસ 15 ફેબ્રુઆરી પછી આવે છે, અને 18 ફેબ્રુઆરી પહેલા આવે છે. જ્યારે તેની બહેનને યાદ છે એ મુજબ તેના ભાઈ નો જન્મ દિવસ 16 ફેબ્રુઆરી પછી અને 19 ફેબ્રુઆરી પહેલા આવે છે. તો સામંતના ભાઈનો જન્મ દિવસ ક્યારે હશે ?

(A) 18 ફેબ્રુઆરી (B) 16 ફેબ્રુઆરી

(C) 17 ફેબ્રુઆરી (D) 19 ફેબ્રુઆરી

96. પતિ, પત્ની અને છોકરાની સરેરાસ ઉંમર 3 વર્ષ પહેલા 27 વર્ષ હતી. 5 વર્ષ પહેલા પત્ની અને છોકરાની સરેરાસ ઉંમર 20 વર્ષ હતી. તો પતિની વર્તમાન ઉંમર શું હશે ?

(A) 35 વર્ષ (B) 40 વર્ષ

(C) 50 વર્ષ (D) એક પણ નહીં

97. બે પાસાને એક સાથે ફેકતા બંને પાસનો સરવાળો 7 આવે તેની સંભાવના કેટલી ?

(A) 1/6 (B) 1/4

(C) 2/3 (D) 3/4

98. 35 ઘોડા માટે 540 કિલો અનાજ 21 દિવસ માટે પર્યાપ્ત છે. તો 28 ઘોડા માટે 720 કિલો અનાજ કેટલા દિવસ માટે પર્યાપ્ત થશે?

(A) 23 દિવસ (B) 27 દિવસ

(C) 31 દિવસ (D) 35 દિવસ

99. A તથા B ની વર્તમાન ઉંમરનો તફાવત 16 વર્ષ છે. 6 વર્ષ પહેલા A ની ઉંમર B ની ઉંમર કરતાં ત્રણ ગણી હતી. તો A ની વર્તમાન ઉંમર શોધો.

(A) 30 વર્ષ
(B) 14 વર્ષ
(C) 28 વર્ષ
(D) 15 વર્ષ

100. નીચે એક કથન અને તેને આધારિત બે નિષ્કર્ષ આપવામાં આવ્યા છે. કથન અને નિષ્કર્ષનો યોગ્ય અભ્યાસ કરી કયું નિષ્કર્ષ અનુસરે છે તે જણાવો.

કથન : તણાવ શારીરિક તથા માનસિક સ્વાસ્થ્ય માટે હાનિકારક હોય છે.

નિષ્કર્ષ :

I – સ્વસ્થ રહેવા માટે વ્યક્તિએ તણાવ મુક્ત રહેવું જોઈએ

II – માનસિક સ્વાસ્થ વ્યક્તિ દ્વારા અનુભલેવા તણાવ ઉપર આધાર રાખે છે.

(A) માત્ર નિષ્કર્ષ 1 અનુસરે છે.
(B) માત્ર નિષ્કર્ષ I અનુસરે છે.
(C) બંને નિષ્કર્ષ અનુસરે છે.
(D) ન તો નિષ્કર્ષ 1 ન તો નિષ્કર્ષ II અનુસરે છે.

101. પાંચ પુસ્તક A, B, C, D અને E છે. C, Dની ઉપર છે. E, Aની નીચે છે. તથા D, Aની ઉપર છે અને B, Eની નીચે છે. તો સૌથી નીચે કયું પુસ્તક છે ?

(A) A
(B) B
(C) C
(D) E

102. નીચેની શ્રેણી પૂર્ણ કરોઃ

94, 169, 2516,?, 4936.

(A) 3625
(B) 3526
(C) 3636
(D) 3525

103. આ પ્રશ્નમાં, આપેલ વિકલ્પોમાંથી સંબંધિત સંખ્યા પસંદ કરોઃ

365: 90:: 623:?

(A) 36
(B) 45
(C) 123
(D) 63

104. 2346:30 :: 5948:?

(A) 83
(B) 77
(C) 87
(D) 67

105. Y: 10 :: S:?

(A) 20 (B) 10

(C) 9 (D) 81

106. નીચેના પ્રશ્નમાં I અને II લેબલવાળા બે વિધાનોનો સમાવેશ થાય છે. તમારે નક્કી કરવું પડશે કે નિવેદનોમાં આપવામાં આવેલ ડેટા પ્રશ્નનો જવાબ આપવા માટે પૂરતો છે કે કેમ? બંને નિવેદનો વાંચો અને તમારો જવાબ આપો.

રવિની ઉંમર કેટલી છે?

વિધાન I: રવિનો જન્મ શુભમના જન્મ પછી પ્રથમ લીપ વર્ષમાં થયો હતો.

વિધાન II: શુભમનો જન્મ 1995 માં થયો હતો અને તે હવે 5 વર્ષનો છે.

(A) વિધાન I નો ડેટા એકલો પર્યાપ્ત છે, જ્યારે વિધાન II પ્રશ્નનો જવાબ આપવા માટે પૂરતો નથી.

(B) એકલા વિધાન IIમાં ડેટા પૂરતો છે, જ્યારે વિધાન I પ્રશ્નનો જવાબ આપવા માટે પૂરતો નથી.

(C) વિધાન I અને II માંનો ડેટા એકસાથે પ્રશ્નનો જવાબ આપવા માટે પૂરતો છે.

(D) પ્રશ્નનો જવાબ આપવા માટે એકલા વિધાન I કે II માંનો ડેટા પૂરતો નથી.

107. P અને Q એ S ના બાળકો છે. તો,P ના પિતા કોણ છે?

આ પ્રશ્નનો જવાબ આપવા માટે વિધાન (1) અને/અથવા (2) પસંદ કરો જે જરૂરી છે.

1. R એ P નો ભાઈ અને T નો પુત્ર છે.

2. U એ Q ની માતા છે.

(A) માત્ર 1 (B) માત્ર 2

(C) 1 અથવા 2 (D) બંને 1 અને 2

108. 5, 13, 29, 53, 85, ?

(A) 99 (B) 110

(C) 125 (D) 130

109. સંખ્યાઓના નીચેનામાંથી કઈ સંખ્યાની ફેરબદલ આપેલ સમીકરણને યોગ્ય બનાવશે?

8 x 20 ÷ 3 + 9 - 5 = 38

(A) 3, 5 (B) 8, 9

(C) 3, 9 (D) 3, 8

110. આપેલ સમીકરણને સાચા બનાવવા માટે કયા બે ચિહ્નોની ફેરબદલ કરવી જોઈએ?

12 ÷ 4 + 148 × 4 - 18 = 67

(A) + અને – (B) – અને ÷

(C) × અને ÷ (D) × અને +

111. જો 9 * 7 = 32, 13 * 7 = 120, 17 * 9 = 208, હોય તો 19 * 11 = ?

(A) 64 (B) 160

(C) 240 (D) 210

112. જો P નો અર્થ x, R નો અર્થ +, T નો અર્થ ÷, અને S નો અર્થ – હોય તો, 16T2P7S10R3 ની કિંમત શું થશે?

(A) 50 (B) 63

(C) 49 (D) 57

113. આપેલ વેન ડાયાગ્રામ અરજદારો દ્વારા બાયોડેટામાં સૂચિબદ્ધ શોખ દર્શાવે છે. કેટલા અરજદારોને ગાવાનો/singing કે વાંચવાનો/reading શોખ છે પણ ટ્રેકિંગનો શોખ નથી?(U = 60)

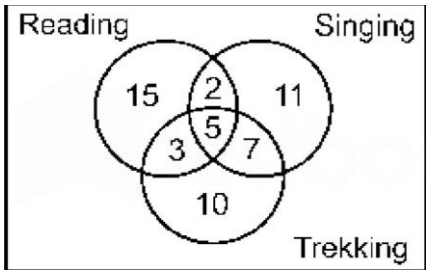

(A) 28 (B) 2 (C) 38 (D) 17

114. એક દુકાનમાં A, B, C અને D અલગ અલગ ઊંચાઇની 4 ઢીંગલી હતી. D ન તો A જેટલી ઉંચી છે અને ન તો C જેટલી નીચી છે. B D કરતા નીચી છે પણ C કરતા ઉંચી છે. જો કેટરીના કાકી સૌથી ઉંચી ઢીંગલી ખરીદવા માંગે તો, તેણીએ કઇ ઢીંગલી ખરીદવી જોઇએ?

(A) માત્ર A (B) માત્ર D

(C) A અથવા D (D) B અથવા D

115. દક્ષ માનિક કરતાં ઊંચો છે પણ રોહન જેટલો ઊંચો નથી. સોમેશ દક્ષ કરતા નીચો છે પણ ફરહાન કરતા ઊંચો છે. તેમાંથી કોણ સૌથી નીચો છે?

(A) દક્ષ (B) માનિક

(C) ફરહાન (D) નક્કી કરી શકાતા નથી

116. નીચેની માહિતીના આધારે પ્રશ્નોના જવાબ આપો:

છ મિત્રો પ્રેમ, કાઝી, ઋત્વિક, સની, ટીનુ અને ઉત્કર્ષ એક ષટ્કોણ ટેબલની આસપાસ બેઠા છે. વ્યક્તિ દરેક ખૂણા પર બેઠેલી છે, બધા કેન્દ્ર તરફ મુખ રાખી બેઠા છે. પ્રેમ ઉત્કર્ષની ડાબી બાજુએ બીજા ક્રમે છે. કાઝી રિત્વિક અને સનીનો પાડોશી છે. ટીનુ સનીની ડાબી બાજુએ બીજા ક્રમે છે.

કાઝીની ડાબી બાજુનો ચોથો વ્યક્તિ કોણ છે?

(A) પ્રેમ (B) ઉત્કર્ષ (C) ઋત્વિક (D) સની

117. આપેલ પ્રશ્નોના જવાબ આપો:

P + Q એટલે 'P એ Q નો ભાઈ છે';

P – Q એટલે 'P એ Q ની માતા છે';

P × Q એટલે 'P એ Qનો પિતા છે';

P ÷ Q એટલે ' P એ Q નો પુત્ર છે'.

જો, J÷L - N + K × M +O, તો M એ L સાથે કેવી રીતે સંબંધિત છે?

(A) ભાઈ (B) પિતા

(C) પૌત્ર (D) માતા

118. નીચેની માહિતીનો કાળજીપૂર્વક અભ્યાસ કરો અને આપેલ પ્રશ્નોના જવાબ આપો:

P + Q એટલે 'P એ Q નો ભાઈ છે';

P - Q એટલે 'P એ Q ની માતા છે';

P × Q એટલે 'P એ Qનો પિતા છે';

P ÷ Q નો અર્થ છે 'P એ Q નો પુત્ર છે'.

જો, A + C × E - B + D ÷ F, તો D એ C સાથે કેવી રીતે સંબંધિત છે?

(A) ભાઈ (B) પિતા (C) પૌત્ર (D) માતા

119. નીચેની માહિતીનો કાળજીપૂર્વક અભ્યાસ કરો અને આપેલ પ્રશ્નોના જવાબ આપો:

'L+U' એટલે 'L એ Uની બહેન છે.

'L#U' એટલે કે 'L એ Uનો પતિ છે'.

'L$U' એટલે કે 'L એ Uની પુત્રી છે'.

'L% U' એટલે 'L એ Uની માતા છે'.

'L@U' એટલે 'L એ Uનો ભાઈ છે'.

નીચેનામાંથી કયુ સમીકરણ સૂચવે છે કે 'M એ O ની પત્ની છે'?

(A) O @ R +K+P% M (B) M% P #K+R$O

(C) P$ M % R + K% O (D) M% P + K @R$O

120. જ્યારે અનુજે મનીષને જોયો ત્યારે તેને યાદ આવ્યું, "તે મારી પુત્રીની માતાના પિતાનો પુત્ર છે." મનીષ અનુજ સાથે કેવી રીતે સંબંધિત છે?

(A) ભાઈ (B) કઝીન

(C) કાકા (D) સાળો

121. નીચે આપેલા દરેક પ્રશ્નોમાં ત્રણ વિધાનો આપવામાં આવ્યા છે અને ત્યારબાદ બે નિષ્કર્ષ 1 અને 2 આપવામાં આવ્યા છે. આપેલ વિધાનો સામાન્ય રીતે જાણીતા તથ્યોથી અલગ હોય તેમ લાગે તો પણ તમારે તેને સાચા માનવા પડશે. સામાન્ય રીતે જાણીતા તથ્યોને ધ્યાનમાં લીધા વિના નક્કી કરો કે, ત્રણ નિવેદનોમાંથી કયું તાર્કિક રીતે અનુસરે છે.

વિધાન:

1. કેટલાક કલાક ઘડિયાળ છે.
2. કેટલીક ઘડિયાળ દિવાલ છે.
3. કેટલીક દિવાલ ઘર છે.

નિષ્કર્ષ:

1. થોડા કલાક દિવાલ છે.
2. કેટલાક ઘર કલાક છે.

(A) ફક્ત 1 અનુસરે છે
(B) ફક્ત 2 અનુસરે છે
(C) એક પણ અનુસરતું નથી
(D) 1 અને 2 બને અનુસરે છે.

122. નીચે આપેલા દરેક પ્રશ્નોમાં ત્રણ વિધાનો આપવામાં આવ્યા છે અને ત્યારબાદ ત્રણ નિષ્કર્ષ આપવામાં આવ્યા છે. આપેલ વિધાનો સામાન્ય રીતે જાણીતા તથ્યોથી અલગ હોય તેમ લાગે તો પણ તમારે તેને સાચા માનવા પડશે. સામાન્ય રીતે જાણીતા તથ્યોને ધ્યાનમાં લીધા વિના નક્કી કરો કે, ત્રણ નિવેદનોમાંથી કયું તાર્કિક રીતે અનુસરે છે.

નિવેદનો:

I. કોઈ M F નથી.
II. કોઈ R A નથી
III. કેટલાક A M છે.

નિષ્કર્ષ:

I. કેટલાક M R નથી.
II. કેટલાક A F નથી.
III. કેટલાક F M નથી.

(A) માત્ર નિષ્કર્ષ I અનુસરે છે
(B) બધા નિષ્કર્ષ અનુસરે છે
(C) બંને નિષ્કર્ષ II અને III અનુસરે છે
(D) બંને નિષ્કર્ષ I અને III અનુસરે છે

123. નીચેની શ્રેણી પૂર્ણ કરો:

10, 6, 8, 15, 34, ?

(A) 95
(B) 80
(C) 90
(D) 75

124. કોઈ ચોક્કસ કોડ ભાષામાં,

A + B નો અર્થ 'A એ B ની માતા છે",

A – B નો અર્થ 'A એ B નો ભાઈ છે',

A × B નો અર્થ 'A એ B ની પત્ની છે' અને

A ÷ B નો અર્થ 'A એ B નો પિતા છે".

જો 'M + N - O ÷ P x Q' હોય, તો M નો Q સાથે શું સંબંધ છે?

(A) પત્નીના પિતાની બહેન
(B) પત્નીની માતાની માતા
(C) પત્નીના પિતાની માતા
(D) પત્નીની માતાની બહેન

125. 10 અને 11 વાગ્યાની વચ્ચે કલાક કાંટો અને મિનિટ કાંટો ક્યારે એક સીધી રેખામાં હશે?

(A) 10 વાગ્યે અને 27(5/11) મિનિટે
(B) 10 વાગ્યે અને 54(6/11) મિનિટે
(C) 10 વાગ્યે અને 21(9/11) મિનિટે
(D) B અને C બંને

126. કોઈ સામાન્ય વર્ષનો પહેલો દિવસ રવિવાર હોય તો, તે વર્ષનો છેલ્લો દિવસ કયો હશે ?

(A) શુક્રવાર
(B) રવિવાર
(C) સોમવાર
(D) મંગળવાર

127. A અને Bની વર્તમાન ઉંમરનો અનુપાત 2 : 3 છે. હવેથી 16 વર્ષ પછી Bની ઉંમર, Aની 4 વર્ષ પછીની ઉંમરની બે ગણી હશે. તો A અને Bની વર્તમાન ઉંમર વચ્ચેનું અંતર કેટલું હશે ?

(A) 6 વર્ષ
(B) 12 વર્ષ
(C) 8 વર્ષ
(D) 4 વર્ષ

128. નીચેની શ્રેણી પૂર્ણ કરોઃ

A, B, B, D, C, F, D, H, E, J, ?

(A) N
(B) O
(C) K
(D) F

129. નીચે ત્રણ વિધાનો આપેલા છે, જેના પછી ચાર નિષ્કર્ષો1, II, III અને IV આપેલા છે. વિધાનોને સાચા માની, (ભલે તે સામાન્ય રીતે જાણીતી હકીકતોથી અલગ લાગે). નક્કી કરો કે કયા નિષ્કર્ષો તાર્કિક રીતે વિધાનોમાંથી અનુસરે છે.

વિધાનો:

1 કેટલીક બિલાડીઓ પાળતુ પ્રાણી છે.

2. બધા પાળતુ પ્રાણીઓ સાપ છે.

3. કેટલાક સાપ બિલાડીઓ છે.

નિષ્કર્ષો:

I. કેટલાક સાપ પાળતુ પ્રાણી છે.

II. બધી બિલાડીઓ સાપ છે.

III. બધા પાળતુ પ્રાણીઓ બિલાડીઓ છે.

IV. કોઈ સાપ બિલાડી નથી.

(A) માત્ર નિષ્કર્ષ I અનુસરે છે

(B) માત્ર નિષ્કર્ષ II અને III અનુસરે છે

(C) માત્ર નિષ્કર્ષ IV અનુસરે છે

(D) માત્ર નિષ્કર્ષ I અને IV અનુસરે છે

130. છ વિધાર્થીઓ A, B, C, D, E અને F, એક જ અઠવાડિયાના છ અલગ અલગ દિવસોમાં, સોમવારથી શરૂ કરીને શનિવાર સુધી, કલાસ મોનિટરની ફરજ બજાવે છે, પરંતુ જરૂરી નથી કે તે જ ક્રમમાં હોય. A ની મોનિટર કરજ C ના બીજા દિવસે છે. D ની મોનિટર ફરજ E ના એક દિવસ પહેલાં છે. પરંતુ તે સોમવારે નથી. B ની મોનિટર ફરજ શનિવારે છે. Fની મોનિટર ફરજ બુધવારે છે. નીચેનામાંથી કોની મોનિટર તરીકે ફરજ મંગળવારે છે?

(A) E (B) B (C) C (D) A

131. એક ચોક્કસ કોડ ભાષામાં, “YOUTH” ને "DUBBQ” અને “AGENT" ને “FMLVC" લખવામાં આવે છે. તે ભાષામાં “CURVE” કેવી રીતે લખવામાં આવશે?

(A) OUDNE (B) DOIFJ (C) HAYDN (D) HAIRN

132. નીચે એક પ્રશ્ન આપવામાં આવ્યો છે, અને તેની નીચે બે વિધાન આપવામાં આવ્યા છે. બંને વિધાન પૈકી એક અથવા બંને વિધાન જવાબ આપવા માટે જરૂરી છે કે નહીં તે જણાવો ?

કોઈ એક ચોક્કસ રકમ P, Q અને Rને વહેચવામાં આવે તો Rને કેટલા રૂપિયા મળશે ?

વિધાન I : Q તથા Rને મળતી રકમનો ગુણોત્તર 3 : 7 છે.

વિધાન II : R તથા Qને મળતી રકમનો તફાવત રૂ. 300 છે.

(A) ફક્ત વિધાન 1 પર્યાપ્ત છે.

(B) ફક્ત વિધાન II પર્યાપ્ત છે.

(C) વિધાન I અને ITI બંને મળીને પર્યાપ્ત છે. પરંતુ કોઈ પણ એકલું વિધાન પર્યાપ્ત નથી.

(D) વિધાન I અને II બંને એક સાથે પર્યાપ્ત નથી.

133. આપેલા ચિત્રનો કાળજી પૂર્વક અભ્યાસ કરો અને નીચે આપેલા પ્રશ્નોનાં જવાબ આપો.
વિવિધ વિભાગોમાં આપેલી સંખ્યાઓ શાળા, કોલેઝ, યુનિવર્સિટી અને ગુરુકુળોની સંખ્યા દર્શાવે છે.

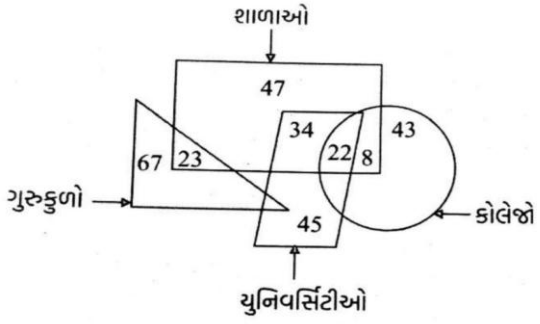

કેટલી શાળાઓ કોલેઝો અને યુનિવર્સિટી છે, પણ ગુરુકુળ નથી ?

(A) 8 (B) 22

(C) 23 (D) 34

134. આપેલા વિધાન અને નિષ્કર્ષો ધ્યાનથી વાંચો અને નક્કી કરો કે ક્યા નિષ્કર્ષ વિધાનમાંથી તાર્કિક રીતે અનુસરે છે ?

વિધાન : B ≤ L ≤U = A>D>E

નિષ્કર્ષો:

I. B < D

II. **A ≥ B**

(A) ન તો નિષ્કર્ષ I કે II અનુસરે છે

(B) કાં તો નિષ્કર્ષ I અથવા II અનુસરે છે

(C) માત્ર નિષ્કર્ષ II અનુસરે છે

(D) માત્ર નિષ્કર્ષ I અનુસરે છે

135. પાંચ વ્યક્તિઓ એક ગોળાકાર ટેબલની આસપાસ કેન્દ્ર તરફ મુખ કરીને બેઠા છે. અમન એ અંશુ અને અજીત બંનેનો નજીકનો પાડોશી છે. આકાશ એ અમનના ડાબી બાજુ બીજા ક્રમે બેઠો છે. અંશ એ અમનના જમણી બાજુ બીજા ક્રમે બેઠો છે. આકાશ એ અંશુ અને અંશ બંનેનો નજીકનો પાડોશી છે.
અજીત અને આકાશ બંનેનો નજીકનો પાડોશી કોણ છે?

(A) અંશુ (B) અંશ

(C) અમન (D) નક્કી કરી શકાતું નથી

136. જો "+' નો અર્થ" –" હોય,"–" નો અર્થ'×" હોય,'×"નો અર્થ ÷" હોય અને" ÷" નો અર્થ"+" હોય, તો નીચેના સમીકરણમાં પ્રશ્નાર્થ (?) ની જગ્યાએ શું આવશે?

21 + 7 - 3 ÷ 20 × 5 =

(A) 5 (B) 2

(C) 10 (D) 4

137. જો 'P 3 Q' નો અર્થ 'PQ ની પુત્રી છે", 'P 5 Q' નો અર્થ 'P Q ના પિતા છે', 'P7Q' નો અર્થ 'P Q ની માતા છે' અને 'P 9 Q' નો અર્થ "P O" ની બહેન છે, તો J 3 L 9 N 3 0 5 K માં K સાથે J કેવી રીતે સંબંધિત છે?

(A) માતા (B) પત્ની

(C) એક પણ નહિ (D) દીકરી

138. નીચેની શ્રેણીમાં ? ની જગ્યાએ શું આવશે?

19 : 324 :: 25 : 576 :: 9 : ?

(A) 16 (B) 64

(C) 88 (D) 72

139. વિધાન (A): હિમાલયની મોટાભાગની નદીઓ બારમાસી છે.

કારણ (R): બરફ પીગળવાથી તેનો ઉદ્ભવ થાય છે.

(A) જો (A) અને (R) બંને સાચા હોય અને (R) એ (A) ની સાચી સમજૂતી હોય.

(B) જો (A) અને (R) બંને સાચા હોય પણ (R) એ (A) ની સાચી સમજૂતી ન હોય.

(C) જો (A) સાચું છે પણ (R) ખોટું છે અથવા જો (A) ખોટું છે પણ (R) સાચું છે.

(D) જો (A) અને (R) બંને ખોટા હોય.

140. નીચે આપેલ સંખ્યાના અંકોને ઉતરતા ક્રમમાં ગોઠવતા પ્રાપ્ત થયેલ સંખ્યાના જમણેથી ત્રીજા સ્થાનની સંખ્યાનો વર્ગ જણાવો : 73829165

(A) 4 (B) 16

(C) 9 (D) 25

141. અલગ પડતો વિકલ્પ પસંદ કરો :

(A) ભારત (B) પાકિસ્તાન

(C) નેપાળ (D) બાંગ્લાદેશ

142. જો આજે રવિવાર હોય, તો આજથી 65 દિવસ પછી કયો વાર હશે?

(A) સોમવાર (B) મંગળવાર

(C) બુધવાર (D) ગુરુવાર

143. ઘડિયાળમાં 4 વાગ્યા અને 40 મિનિટ (4:40) થઈ હોય, ત્યારે કલાક કાંટા અને મિનિટ કાંટા વચ્ચે કેટલા અંશનો ખૂણો બનશે?

(A) 80° (B) 100°

(C) 110° (D) 120°

144. નીચેનામાંથી કયું વર્ષ લિપ વર્ષ નથી?

(A) 2000 (B) 2012

(C) 1900 (D) 1996

145. જો 1લી જાન્યુઆરી 2007ના રોજ સોમવાર હોય, તો 1લી જાન્યુઆરી 2008ના રોજ કયો વાર હશે?

(A) સોમવાર (B) મંગળવાર

(C) બુધવાર (D) રવિવાર

146. વર્ષ 2024 નું કેલેન્ડર ફરી કયા વર્ષમાં વપરાશે?

(A) 2032 (B) 2052 (C) 2048 (D) 2028

147. જો ગઈકાલના આગલા દિવસે શનિવાર હોય, તો આવતીકાલના પછીના દિવસે કયો વાર હશે?

(A) મંગળવાર (B) બુધવાર

(C) ગુરુવાર (D) શુક્રવાર

148. દર્પણમાં જોતા ઘડિયાળમાં 3:15 દેખાય છે, તો સાચો સમય શું હશે?

(A) 9:45 (B) 8:45

(C) 8:15 (D) 9:15

149. એક ઘડિયાળ દર કલાકે 20 સેકન્ડ પાછળ રહી જાય છે. જો તેને રવિવારે સવારે 8 વાગ્યે સાચી મેળવવામાં આવી હોય, તો મંગળવારે સવારે 8 વાગ્યે તે કેટલો સમય બતાવશે?

(A) 7:44 AM (B) 7:36 AM

(C) 8:16 AM (D) 7:50 AM

150. એક લીપ વર્ષમાં 53 રવિવાર આવવાની સંભાવના કેટલી?

(A) 1/7 (B) 2/7 (C) 3/7 (D) 53/36

CLICK HERE For Admission - https://play.google.com/store/apps/details?id=com.lfjryf.ogdkaj

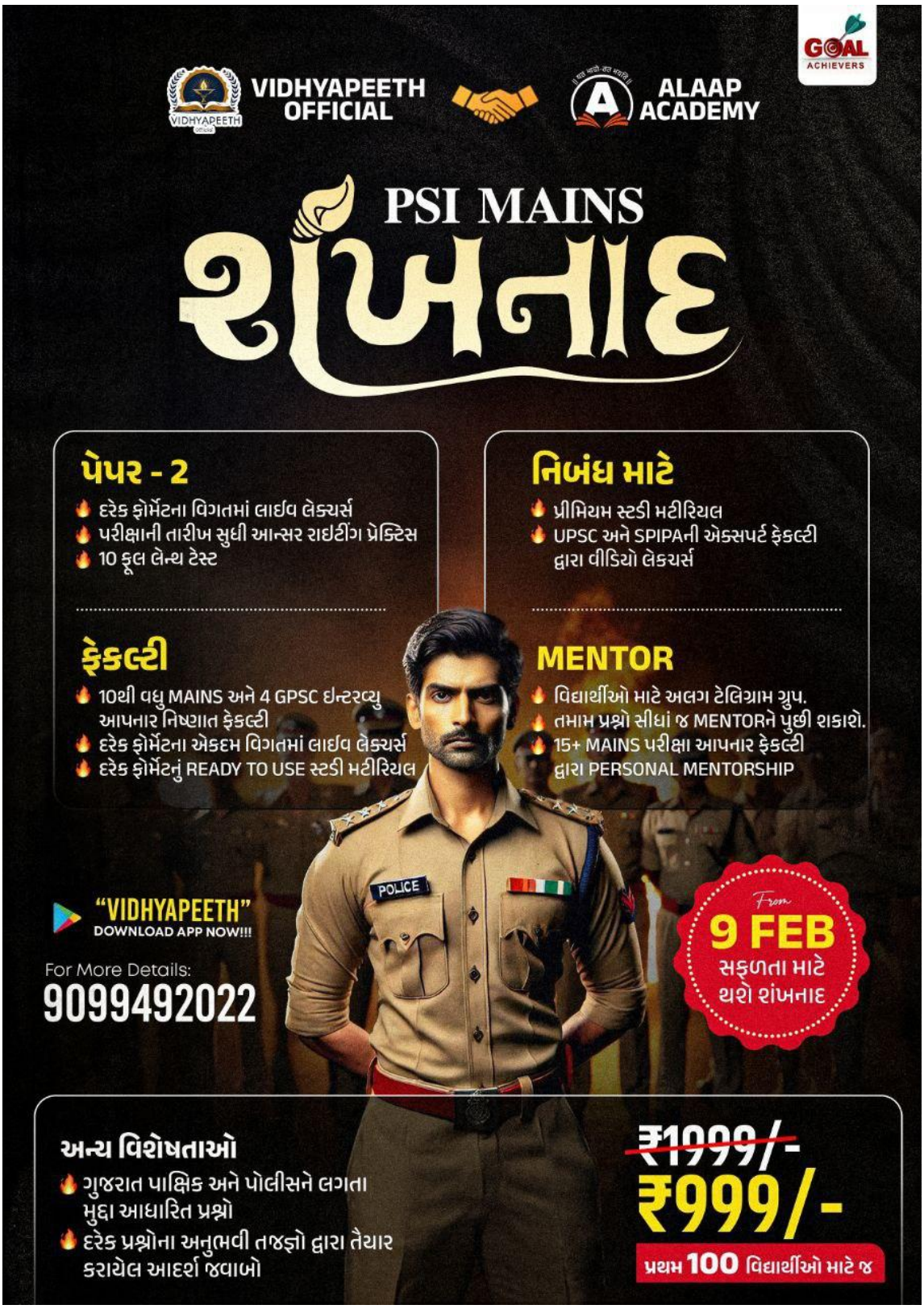
GOAL ACHIEVERS
VIDHYAPEETH OFFICIAL
ALAAP ACADEMY
PSI MAINS
શંખનાદ
પેપર - 2
દરેક ફોર્મેટના વિગતમાં લાઈવ લેક્ચર્સ
પરીક્ષાની તારીખ સુધી આન્સર રાઈટીંગ પ્રેક્ટિસ
10 ફૂલ લેન્થ ટેસ્ટ
નિબંધ માટે
પ્રીમિયમ સ્ટડી મટીરિયલ
UPSC અને SPIPAની એક્સપર્ટ ફેકલ્ટી દ્વારા વીડિયો લેકચર્સ
ફેકલ્ટી
10થી વધુ MAINS અને 4 GPSC ઈન્ટરવ્યુ આપનાર નિષ્ણાત ફેકલ્ટી
દરેક ફોર્મેટના એકદમ વિગતમાં લાઈવ લેક્ચર્સ
દરેક ફોર્મેટનું READY TO USE સ્ટડી મટીરિયલ
MENTOR
વિદ્યાર્થીઓ માટે અલગ ટેલિગ્રામ ગ્રુપ.
તમામ પ્રશ્નો સીધાં જ MENTORને પુછી શકાશે.
15+ MAINS પરીક્ષા આપનાર ફેકલ્ટી દ્વારા PERSONAL MENTORSHIP
POLICE
"VIDHYAPEETH"
DOWNLOAD APP NOW!!!
For More Details:
9099492022
From
9 FEB
સફળતા માટે થશે શંખનાદ
અન્ય વિશેષતાઓ
ગુજરાત પાક્ષિક અને પોલીસને લગતા મુદ્દા આધારિત પ્રશ્નો
દરેક પ્રશ્નોના અનુભવી તજજ્ઞો દ્વારા તૈયાર કરાયેલ આદર્શ જવાબો
₹1999/-
₹999/-
પ્રથમ 100 વિદ્યાર્થીઓ માટે જ